සියලු ම හිමිකම් ඇවිරිණි / முழுப் பதிப்புரிமையுடையது / All Rights Reserved]

ශ්‍රී ලංකා විභාග දෙපාර්තමේන්තුව
இலங்கைப் பரீட்சைத் திணைக்களம்
Department of Examinations, Sri Lanka

අධ්‍යයන පොදු සහතික පත්‍ර (උසස් පෙළ) විභාගය, 2023 (2024)
கல்விப் பொதுத் தராதரப் பத்திர (உயர் தர)ப் பரீட்சை, 2023 (2024)
General Certificate of Education (Adv. Level) Examination, 2023 (2024)

සාමාන්‍ය පොදු පරීක්ෂණය பொதுச் சாதாரணப் பரீட்சை Common General Test	**12 S**	පැය දෙකයි இரண்டு மணித்தியாலம் *Two hours*

උපදෙස්:
- ※ **සියලු ම** ප්‍රශ්නවලට පිළිතුරු සපයන්න.
- ※ **ගණක යන්ත්‍ර භාවිතයට ඉඩ දෙනු නොලැබේ.**
- ※ උත්තර පත්‍රයේ නියමිත ස්ථානයේ ඔබේ **විභාග අංකය** ලියන්න.
- ※ උත්තර පත්‍රයේ පිටුපස දී ඇති අනෙක් උපදෙස් සැලකිලිමත් ව කියවන්න.
- ※ **1** සිට **50** තෙක් එක් එක් ප්‍රශ්නයට (1), (2), (3), (4), (5) යන පිළිතුරුවලින් **නිවැරදි හෝ ඉතාමත් ගැළපෙන** පිළිතුර තෝරා ගෙන, එය **උත්තර පත්‍රයේ පිටුපස දැක්වෙන උපදෙස් පරිදි කතිරයක් (X) යොදා දක්වන්න.**

1. ශ්‍රී ලංකාවේ රාජ්‍ය විශ්වවිද්‍යාලවලින් එකක් 2023 ජූලි 01 දින සිය 80 වෙනි සංවත්සර උත්සවය පැවැත්වීය. ලෝකයේ දෙවැනි විශාලතම කියවීම් ශාලාව මෙම විශ්වවිද්‍යාලයේ පුස්තකාලය සතු වේ. මෙම විශ්වවිද්‍යාලය කුමක් ද?

(1) මොරටුව විශ්වවිද්‍යාලය (2) කොළඹ විශ්වවිද්‍යාලය
(3) පේරාදෙණිය විශ්වවිද්‍යාලය (4) යාපනය විශ්වවිද්‍යාලය
(5) කැලණිය විශ්වවිද්‍යාලය

2. 1972 මැයි 22 දින සිට ශ්‍රී ලංකාවේ නව ආණ්ඩුක්‍රම ව්‍යවස්ථාවක් (මෙය ශ්‍රී ලංකා ජනරජ ව්‍යවස්ථාව ලෙස හැඳින්විණි) ක්‍රියාත්මක කරනු ලැබීමට සමගාමීව එවකට ශ්‍රී ලංකාවේ සිටි අග්‍රාණ්ඩුකාරවරයා ශ්‍රී ලංකාවේ ප්‍රථම ජනාධිපතිවරයා ලෙස පත් කරනු ලැබීය. මෙසේ ශ්‍රී ලංකාවේ ප්‍රථම ජනාධිපතිවරයා ලෙස පත්වීමේ ගෞරවය හිමිවූයේ කා හට ද?

(1) ශ්‍රීමත් ඩී. බී. ජයතිලක (2) ශ්‍රීමත් ඔලිවර් ගුණතිලක
(3) ශ්‍රීමත් ජෝන් කොතලාවල (4) විලියම් ගොපල්ලව මහතා
(5) ඒ. එෆ්. මොලමුරේ මහතා

3. ශ්‍රී ලංකාවේ යටත්විජිත යුගයේදී රටෙහි සමහර කොටස් යටත් කරගෙන සිටි ජාතීහු මෙරට ඇතැම් වටිනා සම්පත් පැහැරගෙන ගියහ. මෙසේ පැහැරගෙන ගිය රත්රන්, රිදී, පිත්තල සහ පද්මරාග ඔබ්බවනු ලැබූවාවූත් අවුරුදු 275 කටත් වඩා පැරණිවූත් කාලතුවක්කුවක් ඇතුළු යටත්විජිත යුගයට අයත් වටිනා වස්තු හයක නිල අයිතිය ශ්‍රී ලංකාවට යළි පවරාදීමේ ගිවිසුමක් මෑතකදී අත්සන් කරන ලද්දේ පහත සඳහන් කුමන රට විසින් ද?

(1) ස්පාඤ්ඤය (2) ඉන්දියාව (3) නෙදර්ලන්තය
(4) පෘතුගාලය (5) එක්සත් රාජධානිය

4. මෑත වර්ෂවලදී ළමාවිය ස්ථුලතාව තෙගුණ වී ඇති බව ශ්‍රී ලංකාවේ නව අධ්‍යයනවලින් වාර්තා වෙයි. කුඩා දරුවන් සහ නව යෞවනයන් අතර පවතින ස්ථුලතාවෙහි ප්‍රතිඵලයක් **නොවන්නේ** පහත සඳහන් කවරක් ද?

(1) ඇදුම (2) අධි රුධිර පීඩනය (3) අධි කොලොස්ටරෝල්
(4) 2 වර්ගයේ දියවැඩියාව (5) පිළිකා

5. ශ්‍රී ලංකාව සාමාජිකයකු **නොවන්නේ** පහත සඳහන් කවර සංවිධානයක ද?

(1) ආසියන් (ASEAN) (2) බිම්ස්ටෙක් (BIMSTEC)
(3) එක්සත් ජාතීන්ගේ සංවිධානය (UNO) (4) සාර්ක් (SAARC)
(5) පොදු රාජ්‍ය මණ්ඩලීය රටවල් (Commonwealth countries)

6. 2023 අගෝස්තු 29 දින කරන ලද පරීක්ෂණ ශල්‍යකර්මයකදී කාන්තාවකගේ මොළයෙන් 8 cm ක් දිග සජීවී පරපෝෂිත පණුවකු ඉවතට ගන්නා ලද බව වාර්තා විය. මෙම ශල්‍යකර්මය මෙහෙය වූ ශල්‍ය වෛද්‍යවරුන් අතුරෙන් එක් අයකු වූයේ බෝවන රෝග විශේෂඥ වෛද්‍ය සංජය සේනානායකයි. මෙම ශල්‍යකර්මය සිදු කරන ලද්දේ කොහිදී ද?

(1) ලන්ඩන් (2) කොළඹ (3) සිංගප්පූරුව
(4) නව දිල්ලිය (5) කැන්බරා

[දෙවැනි පිටුව බලන්න.

www.PramukaLawSchool.com

7. ඉන්දියානු අභ්‍යවකාශ පර්යේෂණ සංවිධානය මගින් ක්‍රියාත්මක කරනු ලබන චන්ද්‍ර ගවේෂණ ක්‍රියාන්විත මාලාව (චන්ද්‍රයාන් වැඩසටහන) යටතේ 2023 ජූලි 14 දින අභ්‍යවකාශ ගත කරන ලද යානය 2023 අගෝස්තු 23 දින සඳෙහි දක්ෂිණ ධ්‍රැවය මතුපිටට සාර්ථකව ගොඩබස්වනු ලැබී ය. එම මෑතකාලීන ක්‍රියාන්විතයෙහි නම කුමක් ද?

(1) චන්ද්‍රයාන් - 1 (2) චන්ද්‍රයාන් - 2 (3) චන්ද්‍රයාන් - 3
(4) චන්ද්‍රයාන් - 4 (5) චන්ද්‍රයාන් - 5

8. 2023 ඔක්තෝබර් මාසයේදී පවත්වන ලද 19 වන ආසියානු ක්‍රීඩාවලදී, ශ්‍රී ලාංකික ක්‍රීඩිකාවක් වන තරුෂි දිල්සරා කරුණාරත්න විසින් රන් පදක්කමක් දිනාගත් ක්‍රීඩා ඉසව්ව වනුයේ,

(1) 100 m. (2) 200 m. (3) 400 m. (4) 800 m. (5) 1500 m.

9. ගාසා තීරයෙහි බොහෝ සාමාන්‍ය ජනතාව මරණයට පත්කරමින්, 2023 ඔක්තෝබර් මාසයේදී ඊශ්‍රායලය සහ හමාස් සංවිධානය අතර යුද්ධයක් ආරම්භ විය. ගාසා තීරය සමග පොදු දේශ සීමා මායිමක් ඇත්තේ පහත දැක්වෙන කුමන රටට ද?

(1) ජෝර්දානය (2) සිරියාව (3) ඉරානය (4) ලෙබනන් (5) ඊජිප්තුව

10. මානව හිමිකම් ක්‍රියාකාරිනි නාර්ගීස් මොහම්මදි (Narges Mohammadi) 2023 වර්ෂය සඳහා නොබෙල් සාම ත්‍යාගයෙන් පිදුම් ලැබුවා ය. ඇය පුරවැසියකු වනුයේ,

(1) ලිබියාවෙහි ය. (2) කියුබාවෙහි ය. (3) ඉරාකයෙහි ය.
(4) ඉරානයෙහි ය. (5) පලස්තීනයෙහි ය.

● අංක **11** සහ **12** ප්‍රශ්න පහත දී ඇති තොරතුරු මත පදනම් වේ.

එක්තරා රටක ප්‍රාන්ත පාලක පක්ෂය තෝරා ගැනීම පිණිස පැවැත්වෙන ප්‍රාන්ත මැතිවරණය වර්ෂ 2000 දී ආරම්භ කර, ඉන්පසු සෑම වර්ෂ පහකටම වරක් පවත්වනු ලැබීය. සෑම මැතිවරණයකදී ම A, B සහ C නමැති පක්ෂ තුනක් තරග කළහ. මැතිවරණයේදී කිසියම් පක්ෂයක් ප්‍රකාශිත ඡන්දවලින් 50% කට වඩා ලැබුවේ නම් එම පක්ෂය තනිවම ආණ්ඩුවක් පිහිටුවනු ලබන අතර, එසේ නැතහොත් ආණ්ඩුව පිහිටුවීමට පක්ෂ දෙකක් එකතු වේ. පසුගිය මැතිවරණ පහේදී එක් එක් පක්ෂය ලැබූ ඡන්ද සංඛ්‍යාව සියක් දහස්වලින් තීර ප්‍රස්තාරයෙහි දැක්වේ.

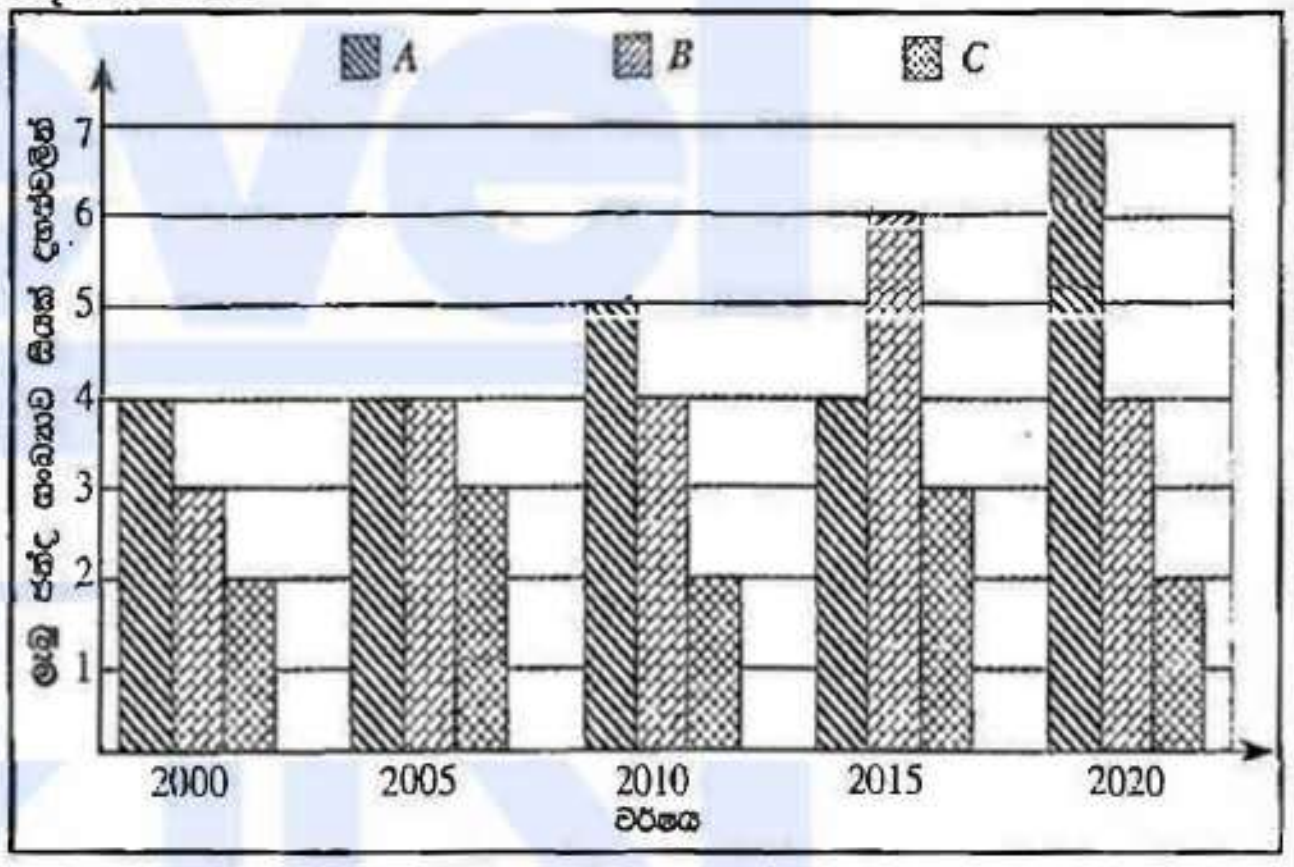

11. එක් පක්ෂයක් අනෙක් පක්ෂ දෙකින් එකක් සමඟ හෝ හවුල් නොවී තනිව ආණ්ඩුවක් පිහිටුවූයේ කුමන වර්ෂයේ දී ද?

(1) 2000 (2) 2005 (3) 2010 (4) 2015 (5) 2020

12. C පක්ෂය වැඩි ම ඡන්ද ප්‍රතිශතයක් ලබාගත්තේ කුමන වර්ෂයේ දී ද?

(1) 2000 (2) 2005 (3) 2010 (4) 2015 (5) 2020

13. 100 m ධාවන ඉසව්වකදී ප්‍රභාත් ධාවන පථයෙහි 90 වැනි මීටරය පසු කරන මොහොතේ ඉදිරියෙන්ම සිටියේ ය. එම මොහොතේදී ප්‍රභාත්ට 1 m පසුපසින් සිටි කුමාර් දෙවැනියා ලෙස සිටියේ ය. ප්‍රභාත් 24 km h^{-1} ක ඒකාකාර වේගයක් පවත්වා ගනිමින් සිටියේ නම්, තරගය ප්‍රභාත් සමග එකම වේලාවේදී නිම කිරීමට කුමාර් ඊළඟ 11 m දී පවත්වා ගත යුතු ඒකාකාර වේගය කුමක් විය යුතුව තිබිණි ද?

(1) 24.6 km h^{-1} (2) 25.0 km h^{-1} (3) 25.5 km h^{-1} (4) 26.4 km h^{-1} (5) 26.8 km h^{-1}

14. ජලය රැස් කරන ටැංකියකට කරාම දෙකකින් ජලය ගලා එයි. පළමුවන කරාමය තනිවම ටැංකිය පිරවීමට පැය එකක් ගනී. දෙවන කරාමය තනිවම ටැංකිය පිරවීමට පැය දෙකක් ගනියි. කරාම දෙකම එකම වේලාවක විවෘතව තැබුවහොත් ටැංකිය පිරවීමට ගන්නා කාලය කොපමණ ද?

(1) මිනිත්තු 20 (2) මිනිත්තු 25 (3) මිනිත්තු 30 (4) මිනිත්තු 40 (5) මිනිත්තු 80

15. වර්ෂ 2000 දී අකුම්ගේ පියාගේ වයස අකුම්ගේ වයස මෙන් සිවුගුණයක් විය. අකුම් උපන්නේ 1990 දී නම්, අකුම්ගේ පියාගේ වයස අකුම්ගේ වයස මෙන් දෙගුණයක් වූයේ කුමන වර්ෂයේදී ද?

(1) 2010 (2) 2013 (3) 2018 (4) 2020 (5) 2022

16. සමත් ලකුණ 40ක් වන පරීක්ෂණයකට සිසුහු පස්දෙනෙක් පෙනී සිටියහ. ඔවුන් සියලුදෙනාම පරීක්ෂණය සමත් වූ අතර ඔවුන් ලබාගත් ලකුණුවල එකතුව 205 කි. සිසුන් දෙදෙනකු ඉහළ ම ලකුණ ද, සිසුන් දෙදෙනකු පහළ ම ලකුණ ද ලබාගත්තේ නම්, අනෙක් සිසුවා ලබාගත් ලකුණ කීය ද?

(1) 40 (2) 41 (3) 42 (4) 43 (5) 44

[තුන්වැනි පිටුව බලන්න.

www.alevelapi.com

17. පෙරේරා මහතා A බැංකුවෙන් 18% ක වාර්ෂික සුළු පොළී අනුපාතිකයකට රු. 50 000 ක් ණයට ගත්තේ ය. ඒ සමගම ඔහු B බැංකුවෙන් රු. 75 000 ක් ද ණයට ගත්තේ ය. අවුරුද්දකට පසු ඔහු එක් එක් ණයෙහි පොළිය ලෙස එකම මුදලක් ගෙවී ය. B බැංකුවෙහි වාර්ෂික සුළු පොළී අනුපාතිකය කොපමණ ද?

(1) 10% (2) 12% (3) 15% (4) 17% (5) 18%

18. කොස්තා මහතා සිය අන්තිම කැමති පත්‍රයෙන් පහත සඳහන් පරිදි දරුවන් තිදෙනා අතර සිය වත්කම් බෙදා දුන්නේ ය.

වැඩිමහලු පුතා : රු. මිලියන 17.5 ක් වටිනා ව්‍යාපාරික වත්කම්
දියණිය : රු. මිලියන 12.5 ක් වටිනා පොල් ඉඩම
බාල පුතා : රු. මිලියන 15 ක් වටිනා නිවස

මීට අමතරව කොස්තා මහතා ඔහුගේ බැංකු ගිණුමෙහි මුළු මුදල වන රු. මිලියන 50 න් 50% ක් වැඩිමහලු පුතා හා දියණිය අතර සමාන ප්‍රමාණවලින් ද ඉතිරි 50% බාල පුතාට ද වෙන් කළේ ය. කොස්තා මහතාගේ වත්කම් වැඩිමහලු පුතා, දියණිය සහ බාල පුතා වෙත පිළිවෙළින් කවර අනුපාතයට වෙන් කරනු ලැබුවේ ද?

(1) 2 : 3 : 4 (2) 3 : 2 : 5 (3) 3 : 4 : 6 (4) 5 : 6 : 7 (5) 6 : 5 : 8

19. එක්තරා පාසලක සිසුහු 900 දෙනෙක් සිටිති. ප්‍රාථමික අංශයෙහි, මධ්‍යම අංශයෙහි සහ ඉහළ අංශයෙහි සිසුන් සංඛ්‍යා අතර අනුපාතය 3 : 2 : 1ක් වේ. මධ්‍යම අංශයෙහි සිසුන්ගෙන් 20% ක් විෂයයක් වශයෙන් සංගීතය හදාරත් නම්, මධ්‍යම අංශයෙහි සංගීතය හදාරණ ශිෂ්‍ය සංඛ්‍යාව කීය ද?

(1) 45 (2) 50 (3) 55 (4) 60 (5) 65

20. පැත්තක දිග 100 cm ක් වන සමචතුරස්‍රයකින් දිග 80 cm සහ පළල 75 cm වන සෘජුකෝණාස්‍රයක් කපාගන්නා ලදී. මුල් සමචතුරස්‍රයේ වර්ගඵලයට සාපේක්ෂව සෘජුකෝණාස්‍රයේ වර්ගඵලයේ ප්‍රතිශතය කුමක් ද?

(1) 40% (2) 50% (3) 60% (4) 70% (5) 80%

21. පලතුරු යුෂක් සාදා ඇත්තේ සංශුද්ධ වැල් දොඩම් යුෂ සහ සංශුද්ධ අඹ යුෂ පරිමාව අනුව 2 : 3 අනුපාතයට මිශ්‍ර කිරීමෙනි. පලතුරු බීමක් සෑදීම සඳහා මෙම යුෂ මිශ්‍රණය ජලය සමග 1:3 අනුපාතයට තනුක කරනු ලැබේ. මෙම පලතුරු යුෂ බීමෙහි ලීටර 1 ක අඩංගු වැල් දොඩම් පරිමාව කොපමණ ද?

(1) 50 ml (2) 100 ml (3) 150 ml (4) 200 ml (5) 250 ml

22. අයිස්ක්‍රීම් නිෂ්පාදනාගාරයක, කෝන් එකක් තුළට ඒකාකාර ශීඝ්‍රතාවකින් අයිස්ක්‍රීම් වත්කරනු ලැබේ. කෝන් එකක වෘත්තාකාර මුවෙහි අරය එහි උසට සමාන වේ. තත්පර බාගයකදී කෝන් එකක උසෙන් හරි අඩක් අයිස්ක්‍රීම්වලින් පිරේ නම්, කෝන් එකෙහි මුළු උසටම අයිස්ක්‍රීම් පිරෙන්නට තව තත්පර කීයක් ගතවේ ද?

(1) 2.5 (2) 3.5 (3) 4.0 (4) 5.0 (5) 5.5

- අංක **23** සිට **26** තෙක් ප්‍රශ්න, ක්‍රැබිලෝනියාව සහ ග්‍රැබිලෝනියාව නමැති කල්පිත රාජධානි දෙකක් මත පදනම් වේ. අතක තිබෙන ඇඟිලි ගණන පහක් වීම පාදක කොට ගත් ග්‍රැබිලෝනියානුවන් ගණන් කිරීම සඳහා පහේ පාදය භාවිත කළ අතර, අද වන තුරු හෙළිකර ගත නොහැකි වූ කිසියම් හේතුවක් නිසා ක්‍රැබිලෝනියානුවන් භාවිත කර ඇත්තේ තුනේ පාදය යි. ග්‍රැබිලෝනියානුවන් දෙක තෙක් සංඛ්‍යා ලිවීමට ඒ සඳහා වූ ක්‍රැබිලෝනියානු සංකේතම භාවිත කළ අතර, ඊට ඉහළ සංඛ්‍යා ලිවීමට ඔවුහු තමන්ටම ආවේණික සංකේත භාවිත කළහ.

23. ග්‍රැබිලෝනියානු ක්‍රමයෙන් ලිවීමේදී තනි සංකේතයක් පමණක් නැවත නැවත යොදාගනිමින් නිරූපණය කළ **නොහැක්කේ** පහත දැක්වෙන කුමන සංඛ්‍යාව ද?

(1) 6 (2) 17 (3) 24 (4) 31 (5) 62

24. 42 හි ග්‍රැබිලෝනියානු නිරූපණයෙහි **ක්‍රැබිලෝනියානු නොවන** සංකේත කීයක් දක්නට ලැබේ ද?

(1) 0 (2) 1 (3) 2 (4) 3 (5) 4

25. ක්‍රැබිලෝනියානුවන් විසින් 45 ලියනු ලැබුවේ, 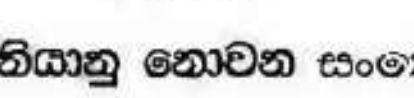 ලෙස නම්, එය ග්‍රැබිලෝනියානුවන් ලියූ ආකාරය පහත දැක්වෙන කුමක් විය හැකි ද?

(1) (2) (3)

(4) (5)

26. පහත දැක්වෙන ප්‍රකාශ, ඒවායේ විශ්වසනීයතාව අනුව පෙළ ගස්වන්න.

S_1 : ක්‍රැබිලෝනියානු හෝ ග්‍රැබිලෝනියානු ත්‍රිකෝණ සඳහා පයිතගරස් සම්බන්ධය වලංගු නොවේ.
S_2 : බොහෝ ක්‍රැබිලෝනියානු දරුවෝ ග්‍රැබිලෝනියානු දරුවන්ට වඩා ඉක්මනින් සංඛ්‍යා උගනිති.
S_3 : ක්‍රැබිලෝනියානු දරුවෝ ඔවුන්ගේ ග්‍රැබිලෝනියානු සගයන්ට වඩා වැඩි කාලයක් ගුණකිරීම සඳහා ගත කරති.

(1) $S_1 < S_2 < S_3$ (2) $S_2 < S_1 < S_3$ (3) $S_3 < S_1 < S_2$

(4) $S_1 < S_3 < S_2$ (5) $S_2 < S_3 < S_1$

www.alevelapi.com
www.PramukaLawSchool.com

27. බිත්ති ඔරලෝසුවක මුහුණතෙහි තල දර්පණයක් මත ප්‍රතිබිම්බය රූපයෙන් දැක්වේ.

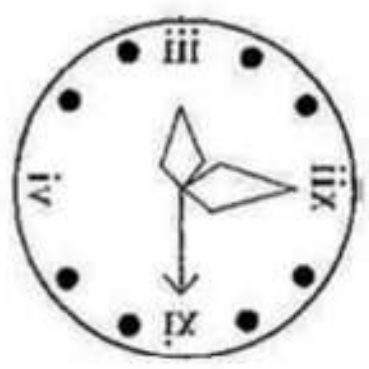

බිත්ති ඔරලෝසු මුහුණතෙහිත් තල දර්පණයෙහිත් නිවැරදි පිහිටීම් දක්වන්නේ පහත දී ඇති කවර රූපය ද?

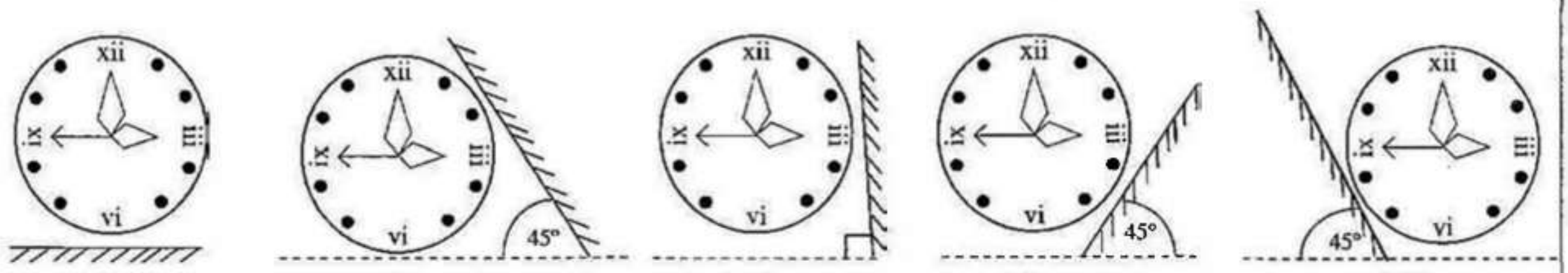

(1) (2) (3) (4) (5)

28. රූපයෙහි දී ඇති පතරොම භාවිත කර, ඝනකයක් සැදුවහොත්, එම ඝනකයෙහි නිවැරදි පෙනුමක් නිරූපණය **නොකරන්නේ** පහත දී ඇති කවර රූපය ද?

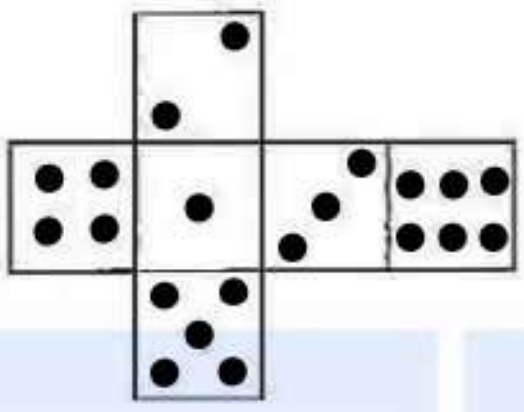

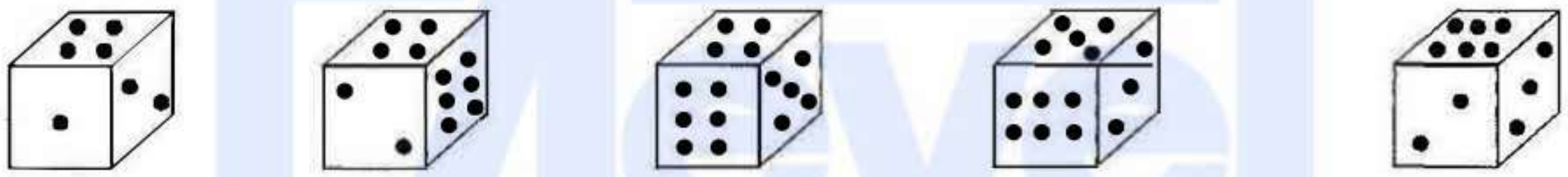

(1) (2) (3) (4) (5)

29. ද්විමාන ලෝකයක වසන පිටසක්වලයකු සතුව පවතින්ට **අපහසුම** වන්නේ පහත සඳහන් කවරක් ද?

(1) ආහාර ජීර්ණ පද්ධතියක්
(2) ශ්වසන පද්ධතියක්
(3) රුධිර සංසරණ පද්ධතියක්
(4) ස්නායු පද්ධතියක්
(5) සැකිලි පද්ධතියක්

30. දී ඇති ප්‍රකාශ, නිශ්චිතවම සිදුවන (A), සිදුවීමට හැකි (B), සිදුවීමේ ඉඩ බෙහෙවින් අඩු (C) සහ කිසිසේත් සිදු නොවන (D) ලෙස වර්ග කරන්න.

1. එකම දිස්ත්‍රික්කයෙන් පැමිණි මන්ත්‍රීවරු දෙදෙනෙක් ශ්‍රී ලංකා පාර්ලිමේන්තුවේ සිටිති.
2. යුරෝපා සංගමයෙන් බ්‍රිතාන්‍යය ඉවත්වීමේ ක්‍රියාවලියේදී (BREXIT) තම පක්ෂය ගත් ස්ථාවරය සම්බන්ධයෙන් ඇතැම් බ්‍රිතාන්‍ය පාර්ලිමේන්තු මන්ත්‍රීවරු අප්‍රසාදයෙන් පසුවෙති.
3. ඇතැම් මයික්‍රොනීසියානු පාර්ලිමේන්තු මන්ත්‍රීවරු උදේ ආහාරය සඳහා සම්බෝල සහ පොල් රොටී අනුභව කරති.
4. කිසිදු මැලේසියානු පාර්ලිමේන්තු මන්ත්‍රීවරුන් දෙදෙනකු සතියේ එකම දවසේ ඉපදී නැත.

(1) A, B, C, D (2) B, C, A, D (3) B, D, A, C (4) C, B, A, D (5) D, C, B, A

31. දත්ත ඇසුරෙන් නිගමනයට එළඹිය **නොහැක්කේ** පහත සඳහන් කවර යුගලයෙහි ද?

	දත්ත	**නිගමනය**
(1)	සියලුම මහාචාර්යවරු වයිට්බෝඩ්වලට වඩා කළු ලෑලිවලට කැමතිවෙති.	මහාචාර්ය සේනාරත්න වයිට්බෝඩ්වලට වඩා කළු ලෑලිවලට කැමති ය.
(2)	කිසියම් සරල රේඛා දෙකක් ඡේදනය වන්නේ එකම එක ලක්ෂ්‍යයක දී ය.	ඒවා සමාන්තර නොවේ.
(3)	ජිමීගේ වලිගය, රෙක්සිගේ වලිගයට වඩා කෙටි ය.	ජිමීගේ වලිගයේ දිගෙහි වර්ගමූලය, රෙක්සිගේ වලිගයේ දිගෙහි වර්ගමූලයට වඩා කුඩා වේ.
(4)	සෘජුකෝණී ත්‍රිකෝණයක පාද දෙකක දිග ඒකක 3 සහ 4 වේ.	අනෙක් පාදයෙහි දිග ඒකක 5 කි.
(5)	ත්‍රිකෝණයේ ශීර්ෂ තුන සමචතුරස්‍රයේ එකිනෙකට වෙනස් පාද මත පිහිටන පරිදි සමචතුරස්‍රයක් තුළ ත්‍රිකෝණයක් අන්තර්ගත කර ඇත.	සමචතුරස්‍රයෙහි පාදයක දිගට නොඅඩු දිගකින් යුත් පාදයක් ත්‍රිකෝණයට ඇත.

www.PramukaLawSchool.com

- අංක **32** සිට **35** තෙක් ප්‍රශ්න, මිතුරන් පස්දෙනෙකු, ඔවුන් පමණක් සහභාගි වූ ධාවන තරගයක අතීත මතකය සිහිපත් කිරීමට ප්‍රයත්න දරන, පහත දැක්වෙන සංවාදය මත පදනම් වේ.

අඹගමුව : මතක ද යාළුවනේ, මම ඔය රේස් එකෙන් පළවෙනි තැන දිනාගත්තු හැටි?

දඹගමුව : පිස්සු ද? ඔයා තුන්වෙනියා! මමයි පළවැනි තැන දිනාගත්තේ.

නාරංගමුව : යාළුවා, මම හිතන්නේ ඔයාට වැරදිලා. මට මතක හැටියට අපේ යාළුවා කෙසෙල්ගමුව තමයි පළමුවැනියා වුනේ.

කෙසෙල්ගමුව : නෑ යාළුවා, ඔහොම නොවෙයි වුනේ. කියන්නත් දුකයි, මම තමයි අන්තිමයා - මොකද එදා මට තද හිසේ කැක්කුමක් තිබුණා. මට මතකයි නාරංගමුව ඔයා තමයි මට ඉස්සරහින් තරගය ඉවර කළේ.

දෙල්ගමුව : මෙහෙමයි, මමයි තුන්වෙනියා වුනේ. මට මතක එච්චරයි.

32. තුන්වෙනියා වූයේ කෙසෙල්ගමුව නම්, සත්‍ය ප්‍රකාශය කරන්නා කවුරුන් විය හැකි ද?

(1) අඹගමුව (2) දඹගමුව (3) නාරංගමුව
(4) කෙසෙල්ගමුව (5) දෙල්ගමුව

33. සත්‍ය ප්‍රකාශ කරන්නන්ගේ සංඛ්‍යාව එයට ගත හැකි ඉහළම අගය ගන්නා විට, දෙවන ස්ථානය දිනා තිබිය යුත්තේ කවුරුන් විසින් ද?

(1) අඹගමුව (2) දඹගමුව (3) නාරංගමුව
(4) කෙසෙල්ගමුව (5) දෙල්ගමුව

34. පුද්ගලයන් දෙදෙනකු සත්‍ය ප්‍රකාශ කරත් නම් සහ අඹගමුව අන්තිමයා වූයේ නම්, ප්‍රථම ස්ථානය දිනා ගනු ලැබුවේ කවුරුන් විසින් ද?

(1) දඹගමුව (2) නාරංගමුව (3) කෙසෙල්ගමුව
(4) දෙල්ගමුව (5) නිර්ණය කිරීමට දී ඇති තොරතුරු ප්‍රමාණවත් නොවේ.

35. පුද්ගලයන් දෙදෙනකු සත්‍ය ප්‍රකාශ කරත් නම්, සහ අඹගමුවට ඉදිරියෙන් දිනුම් රේඛාවට ළඟා වූ පුද්ගලයා නාරංගමුව නම්, දෙවන ස්ථානය දිනා ගත්තේ කවුරුන් ද?

(1) අඹගමුව (2) දඹගමුව (3) නාරංගමුව
(4) කෙසෙල්ගමුව (5) දෙල්ගමුව

- අංක **36** සිට **38** තෙක් ප්‍රශ්න, පහත දැක්වෙන තොරතුරු මත පදනම් වේ.

සමාගමක් ඔවුන්ගේ සේවකයින් අතුරෙන් හොඳම කාර්ය සාධනයක් ඇති පස්දෙනා ලකුණු දීමේ පටිපාටියකට අනුව තෝරා ගෙන ඇත. අංක 01 සිට 05 තෙක් ස්ථාන දිනා ඇත්තේ *A*, *B*, *C*, *D* සහ *E*, යන පස්දෙනා විසින් වන නමුත් එම නම සඳහන් කර ඇත්තේ ඔවුන්ගේ ස්ථානවල අනුපිළිවෙළින් නොවේ. එම සෑම අයකුටම තමා සංචාරය කිරීමට කැමති රටක් නම් කරන ලෙස දන්වා ඇති අතර, ඒ සඳහා වියදම් සමාගම විසින් දරනු ලැබේ. ඔවුන් නම් කළ රටවල් ඕස්ට්‍රේලියාව, ප්‍රංශය, ජපානය, එක්සත් රාජධානිය (UK) සහ අමෙරිකා එක්සත් ජනපදය (USA) වේ. රටවල නම් සඳහන් කර ඇත්තේ ද සේවකයින්ගේ නම්වල අනුපිළිවෙළ හෝ ඔවුන්ගේ ස්ථානවල අනුපිළිවෙළ හෝ අනුව නොවේ. පහත දැක්වෙන විස්තර ද සපයා ඇත.

✳ *D* ට වඩා ලකුණු ලබා ඇත්තේ *B* පමණි.
✳ *C* ලබා ඇති ලකුණු ඕස්ට්‍රේලියාවේ සංචාරය කිරීමට කැමති සේවකයාට වඩා වැඩියෙනුත් ජපානයේ සංචාරය කිරීමට කැමති සේවකයාට වඩා අඩුවෙනුත් වේ.
✳ පළමුවන ස්ථානය දිනාගත් සේවකයා UK හි සංචාරය කිරීමටත් තුන්වැනි ස්ථානය දිනාගත් සේවකයා ජපානයෙහි සංචාරය කිරීමටත් කැමති ය.
✳ *C* සංචාරය කිරීමට කැමති රට USA **නොවේ.**
✳ *E* සංචාරය කිරීමට කැමති රට ඕස්ට්‍රේලියාව **නොවේ.**

36. සේවකයන් පස්දෙනා අතුරෙන් ප්‍රථම ස්ථානය දිනාගෙන ඇත්තේ කවුරුන් ද?

(1) *A* (2) *B* (3) *C* (4) *D* (5) *E*

37. සේවකයන් පස්දෙනා අතුරෙන් පස්වෙනි ස්ථානය දිනාගෙන ඇත්තේ කවුරුන් ද?

(1) *A* (2) *B* (3) *C* (4) *D* (5) *E*

38. *D* සේවකයා සංචාරය කිරීමට කැමති රට කුමක් ද?

(1) ඕස්ට්‍රේලියාව (2) ප්‍රංශය (3) ජපානය (4) UK (5) USA

www.PramukaLawSchool.com

අංක **39** සහ **40** ප්‍රශ්න සඳහා දී ඇති ප්‍රකාශය දුර්වල කරන ප්‍රබලතම සාක්ෂ්‍යය (එය සත්‍ය වේ නම්) කුමක් ද?

39. ප්‍රකාශය : සෑම වසරකදී ම අලුතින් ප්‍රකාශයට පත්වන පොත් එයට ලැබේ නම්, ප්‍රදේශයේ වැඩිහිටි සාක්ෂරතාව වර්ධනය කිරීමට සමත් මහජන පුස්තකාලයක් සෑම ප්‍රදේශයකම පිහිටා තිබේ.

(1) මුල්ලේගම සියලුම මහජන පුස්තකාලවලට සෑම මාස හයකට වරක් ම අලුත් පොත් ලැබෙන නමුත් පසුගිය වසර හත පුරා ප්‍රදේශයේ වැඩිහිටි සාක්ෂරතාව 6% කින් පහත බැස ඇත.

(2) පසුගිය වසර පහේදී අලුත් පොත් කිසිවක් ප්‍රාදේශීය මහජන පුස්තකාලයට ලැබී නොමැති නමුත් බත්තලංගුණ්ඩුවෙහි වැඩිහිටි සාක්ෂරතාව පසුගිය වසරේදී 10% කින් වැඩි වී ඇත.

(3) මඩොල්දූවෙහි එක් මහජන පුස්තකාලයකට සෑම වසරකම අලුත් පොත් ලැබෙන නමුත් පසුගිය වසර 10 ක දී වැඩිහිටි සාක්ෂරතාව 5% කින් පහත බැස ඇත.

(4) වයඹ පළාතෙහි අලුත් මහජන පුස්තකාල කිහිපයක් විවෘත කරන ලද අතර, පසුගිය වර්ෂයේදී වැඩිහිටි සාක්ෂරතාව 6%කින් වැඩි වී ඇත.

(5) රටෙහි සියලුම ප්‍රදේශවල අඩු තරමින් එක් මහජන පුස්තකාලයක්වත් තිබෙන නමුත් රටේ වැඩිහිටි සාක්ෂරතාව අඩුවෙමින් පවතී.

40. ප්‍රකාශය : උතුරු මැද පළාතෙහි සෑම දිස්ත්‍රික්කයකටම අධික වැසි ලැබෙන මාසයක් ඇති අතර, එම මාසයේදී පළාතේ එළවලු නිෂ්පාදනය ද ඉහළ ය.

(1) මේ වර්ෂය පුරාම පොළොන්නරුවෙහි වැසි නොමැති නමුත් එහි එළවලු නිෂ්පාදනය පසුගිය වර්ෂයට වඩා බොහෝ යහපත් විය.

(2) මැයි මාසයේදී අනුරාධපුරයට හෝ පොළොන්නරුවට හෝ අධික වර්ෂාවක් නොලැබුණු නමුත් සැප්තැම්බර් මාසයේදී එළවලු නිෂ්පාදනය වැඩිතම විය.

(3) මුළු වර්ෂය පුරාම අනුරාධපුරයට අඩු වර්ෂාපතනයක් ලැබුණු අතර එහි එළවලු නිෂ්පාදනයද පසුගිය වර්ෂයට වඩා යහපත් විය.

(4) ජනවාරි, සැප්තැම්බර් සහ ඔක්තෝබර් මාසවලදී පොළොන්නරුවෙහි ගංවතුර පැවති අතර එය දිස්ත්‍රික්කයෙහි එළවලු නිෂ්පාදනයට අහිතකර ලෙස බලපෑවේ ය.

(5) යල කන්නයේදී වැසි මඳවීම හේතුවෙන් අනුරාධපුරයේත් පොළොන්නරුවේත් ඇතැම් කුඹුරු ඉඩම් නිතියට පටහැනි ලෙස එළවලු කොරටු බවට පත්කරනු ලැබිණි.

● අංක **41** සහ **42** ප්‍රශ්න, පහත දැක්වෙන තොරතුරු මත පදනම් වේ.

සමාගමක රැකියා සඳහා අයදුම්කර ඇති අයදුම්කරුවන් පස්දෙනකු පිළිබඳ තොරතුරුවල සාරාංශයක් වගුවෙහි දැක්වේ. සෑම අයදුම්කරුවකුගේම ඉහළම අධ්‍යාපන සුදුසුකම අ.පො.ස. උසස් පෙළ වේ. ඔවුන්ගේ ප්‍රතිඵල සහ වයස, බඳවාගැනීම් සඳහා සලකා බැලේ.

අයදුම්කරුගේ නම	උපන්දිනය	අ.පො.ස. උසස් පෙළ විභාගයේ ප්‍රධාන විෂයවල ශ්‍රේණි			සාමාන්‍ය ඉංග්‍රීසි ශ්‍රේණිය	සාමාන්‍ය පොදු පරීක්ෂණය (CGT) සඳහා ලකුණු
		විෂයය 1	විෂයය 2	විෂයය 3		
P	2002.01.01	A	A	B	B	68
Q	2001.01.01	B	C	A	A	72
R	2001.10.01	B	C	C	A	80
S	2000.08.20	A	B	A	B	70
T	2002.05.31	B	A	A	B	70

අ.පො.ස. උසස් පෙළ විෂයයන් සඳහා ලකුණුදීමේ පටිපාටිය පහත පරිදි වේ.

ප්‍රධාන විෂයයන් තුන සහ සාමාන්‍ය ඉංග්‍රීසි විෂයය සඳහා A ශ්‍රේණිය = ලකුණු 80, B ශ්‍රේණිය = ලකුණු 70, C ශ්‍රේණිය = ලකුණු 60, S ශ්‍රේණිය = ලකුණු 50.

එක් එක් අයදුම්කරුගේ අවසාන ලකුණ, විෂයයන් හතරෙහි ශ්‍රේණිවලට වෙන්කරන ලද ලකුණුවල එකතුවට CGT ලකුණු එකතුකිරීමෙන් ගණනය කරනු ලැබේ.

41. 2023 ජූලි 01 දිනට වයස අවුරුදු 22 ට අඩු අයදුම්කරුවන් අතුරෙන් ඉහළම ලකුණු ලබා ඇති අයදුම්කරුවා කවුරුන් ද?

(1) *P* (2) *Q* (3) *R* (4) *S* (5) *T*

42. "කණ්ඩායමක සාමාජිකයකුගේ තරාව" යනුවෙන් අදහස් කෙරෙනුයේ කණ්ඩායමේ සියලුම සාමාජිකයන්, එක් එක් සාමාජිකයාගේ මුළු ලකුණුවල අවරෝහණ පටිපාටිය අනුව පිහිටවනු ලබන අනුපිළිවෙළෙහි ඔහුට/ඇයට හිමිවන ස්ථානයයි. ඒ අනුව *P* ගේ තරාව කුමක් ද?

(1) 1 (2) 2 (3) 3 (4) 4 (5) 5

[හත්වැනි පිටුව බලන්න.

www.PramukaLawSchool.com

● අංක **43** සහ **44** ප්‍රශ්න, පහත දැක්වෙන තොරතුරු මත පදනම් වේ.



රූප සටහනෙහි, *ABCD*, *BEFG*, *EHIJ* සහ *HAKL* සෘජුකෝණාස්‍ර, එක්තරා පාසලක උසස් පෙළ පන්තිවල පිළිවෙළින් භෞතික විද්‍යාව, ජීව විද්‍යාව, කෘෂි විද්‍යාව සහ සංයුක්ත ගණිතය යන විෂයයන් ඉගෙනගන්නා ශිෂ්‍ය සංඛ්‍යා ඉදිරිපත් කරයි. ඉහත සඳහන් විෂය හතරෙන් ඕනෑම දෙකක් ඉගෙනගන්නා සෑම ශිෂ්‍යයෙක්ම රසායන විද්‍යාව ද ඉගෙන ගනියි.

මෙම පාසලෙහි භෞතීය විද්‍යා විෂය ධාරාවෙහි සිටින සියලුම ශිෂ්‍යයෝ සංයුක්ත ගණිතය, භෞතික විද්‍යාව සහ රසායන විද්‍යාව යන විෂය තුන උගනිති.

43. මෙම පාසලේ භෞතීය විද්‍යා විෂය ධාරාවෙහි ශිෂ්‍යයෝ කීදෙනෙක් සිටිත් ද?

(1) 10 (2) 100 (3) 120 (4) 200 (5) 220

44. මෙම පාසලේ අඩුම තරමින් ශිෂ්‍යයෝ කී දෙනෙක් රසායන විද්‍යාව විෂයය උගනිත් ද?

(1) 250 (2) 260 (3) 270 (4) 280 (5) 290

45. මෙම ප්‍රශ්නයෙහි, 1 සහ 7 මගින් අංකනය කර ඇති වාක්‍ය දෙක අතර ඇති *A*, *B*, *C*, *D*, *E* වාක්‍ය ඒවායේ නියමිත පටිපාටියෙහි **නොමැත.** වාක්‍ය හතෙහි තාර්කික අනුක්‍රමයක් සැකසීම සඳහා ඒවායේ නිවැරදි පිළිවෙල කිරීම තෝරන්න.

1 – ශ්‍රී ලංකාවේ පොල් රෝපණය සෑම වර්ෂයකම සැප්තැම්බර්/ඔක්තෝබර් සිට දෙසැම්බර් තෙක් මහ කන්නයේ වර්ෂාපතනය ආරම්භ වීමත් සමග සිදුකරනු ලැබේ.

A – පොල් තවාන්වල බීජ ප්‍රරෝහණය වන කාලය තුළ, සෑම වර්ෂයකදීම වැසි සමයට පෙරාතුව කල් ඇතිවම පොල් වගාව සඳහා බිම් සකස් කිරීමේ ක්‍රියාකාරකම් ආරම්භ කෙරේ.

B – එක් ඇසක් (සිදුරක්) හරහා බීජ පැළ අංකුර දැමීම ඇරඹී, ඉනික්බිති පොල් ලෙල්ලෙන් පිටතට අංකුර පැමිණෙනු දක්නට ලැබේ.

C – අගෝස්තු සහ සැප්තැම්බර් මාසවලදී නිරෝගී බීජවල පර්ණාංග (පත්‍ර) 5ක් 6ක් හටගැනෙන අතර, ඒවා නැවත සිටුවීම සඳහා සුදුසු වේ.

D – බීජ ගෙඩි තවාන්වල අතුරා, නියමිත කාල ප්‍රාන්තරවලදී ජල සැපයීම කෙරේ.

E – ජනවාරි, පෙබරවාරි, මාර්තු මාසවලදී හඳුනාගත් මව්ශාකවලින් බීජ ගෙඩි ලබාගෙන, තවාන්වලට ප්‍රවාහනය කරනු ලැබේ.

7 – වගාකරුවන්ට අගෝස්තු සිට දෙසැම්බර් තෙක් කාලය තුළදී නැවත සිටුවීම සඳහා ඇසුරුම් නොකළ හෝ පොලිතීන්වල අසුරන ලද හෝ බීජ, පොල් පැළ තවාන්වලින් මිල දී ගත හැකි ය.

(1) *A D E B C* (2) *A D E C B* (3) *A E D B C* (4) *B C D E A* (5) *D B C A E*

46. පහත දැක්වෙන සෑම *A*, *B*, *C*, *D* සහ *E* ඡේදයක්ම ප්‍රකාශ තුනකින් සමන්විත වේ. අර්ථාන්විත අනුක්‍රමයක පෙළගැස්විය හැක්කේ ඒවායින් කුමන ඡේදයේ අඩංගු වාක්‍ය තුන ද?

A (*a*) ලිපිය, ලියාපදිංචි තැපෑලෙන් යැවීම සඳහා රාජු තැපැල් කාර්යාලයට ගියේ ය.
(*b*) රාජු, ඔහුගේ නැති වූ අ.පො.ස. සාමාන්‍ය පෙළ සහතිකයෙහි සහතික කළ පිටපතක් ලබාගැනීම සඳහා විභාග දෙපාර්තමේන්තුවට ලිපියක් ලිවුවේ ය.
(*c*) ලියාපදිංචි තැපැල සඳහා මුද්දර ගාස්තුව රු. 110.00 කි.

B (*a*) ශ්‍රී ලංකාවේ උස්බිම්වල මිරිස් සහ ලූනු වගා කෙරේ.
(*b*) පිසින ලද ආහාර පරිරක්ෂණය කිරීමේ ක්‍රමයක් ලෙස වැඩිපුර කුළුබඩු එක් කෙරේ.
(*c*) වත්තියෙහි වාසය කරන අනුෂිකාට, ඇගේ දිවා හා රාත්‍රී ආහාර සමග මිරිස්, ලූනු සහ සුදුලූනු වැනි කුළුබඩු ආහාරයට ගැනීමේ පුරුද්දක් ඇත.

C (*a*) අඹ ගස පරීක්ෂා කළ කප්පාදු කරන්නා, එය මෙම වාරය සඳහා මල් හටගැනීම යාන්තමින් ආරම්භ කර ඇති බවත්, මල් හා ඵල හටගැනීම සම්පූර්ණ වන තෙක් කල්බලා සිටිය යුතු බවත් කීවේ ය.
(*b*) රොෂාන්, ගස් කප්පාදු කරන්නකු හමුවිය.
(*c*) අඹ ගසෙහි ඵලදාව වැඩිවන පරිදි ගසේ උඩුවියන තුළට ඇතුළුවන සූර්යාලෝකය වැඩි කිරීම සඳහා තම අඹ ගස කප්පාදු කිරීමට රොෂාන්ට අවශ්‍ය විය.

D (*a*) ලංකා විදුලිබල මණ්ඩලයෙහි මනු කියවන්නා මාසයෙහි වෙන් කරන ලද දිනයක සෑම නිවසකටම පැමිණෙයි.
(*b*) මනු කියවන්නා ඔහු පැමිණි දිනයත් එදිනට මනු පාඨාංකයත් විදුලි ගිණුම් ප්‍රකාශයෙහි (SEA) සටහන් කරයි.
(*c*) විදුලි ගිණුම් ප්‍රකාශයෙහි, පූර්ව මාසයෙහි මනු කියවූ දිනයත්, එදින මනු පාඨාංකයත් මේ මාසය සඳහා අයකිරීම රුපියල්වලිනුත් ඇතුළත් වේ.

E (*a*) ශ්‍රී ලංකා රජය 2023 සැප්තැම්බර් මාසයේදී උතුරු පළාතෙහි නව පොල් ත්‍රිකෝණ ව්‍යාපෘතියක් ආරම්භ කළේ ය.
(*b*) අවුරුදු 50 කට පමණ පෙර ප්‍රථම පොල් ත්‍රිකෝණ ව්‍යාපෘතිය ස්ථාපිත කරන ලද්දේ පුත්තලම, කුරුණෑගල සහ කොළඹ ප්‍රදේශ ඇතුළත් වන පරිදි ය.
(*c*) පොල් ත්‍රිකෝණ ව්‍යාපෘති, පොල් වගාව පමණක් නොව පොල් ආශ්‍රිත කර්මාන්ත ද ප්‍රවර්ධනය කරයි.

(1) *A* (2) *B* (3) *C* (4) *D* (5) *E*

[අටවැනි පිටුව බලන්න.

www.PramukaLawSchool.com

47. පහත දැක්වෙන රූප මගින් විස්තර කෙරෙන සිද්ධිය සලකා බලන්න.



A

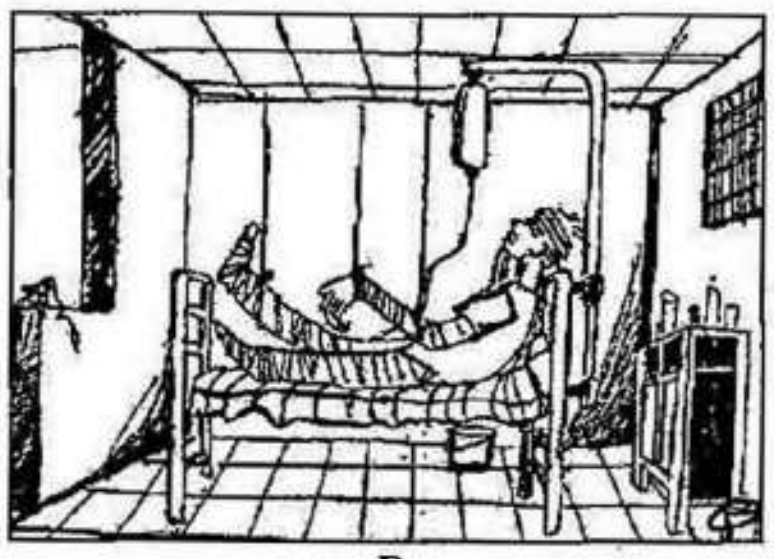

B



C



D



E

F

එම සිද්ධියේ නිවැරදි අනුක්‍රමය දෙනු ලබන්නේ රූපවල පහත දැක්වෙන කවර පෙළගැස්වීම මගින් ද?

(1) *D, A, C, E, B, F* (2) *A, C, D, E, B, F* (3) *A, D, F, B, E, F*
(4) *A, D, C, E, B, F* (5) *D, C, E, A, B, F*

- අංක **48** සිට **50** තෙක් ප්‍රශ්න, රාජා, ඔහුගේ භාර්යාව මාලා, උපන්දිනය සමරනු ලබන ශ්‍යාමා ඇතුළු දරුවන් හා උපන්දින උත්සවයේ ආරාධිතයන් අතර සිදුවන සංවාදයක් මත පදනම් වේ.

ඔවුන් උපන්දින උත්සවයට ආරාධනා කර ඇත්තේ ජෝන් මාමා (මාලාගේ සහෝදරයෙකි) සහ ඔහුගේ පවුලේ අයට පමණි. රාජා, මාලා, ජෝන් මාමා සහ පැමිණ සිටි ළමයින් අතර උත්සවයට පෙර සහ උත්සවයේදී ඇතිවන සංවාදයක් *A* සිට *L* තෙක් කොටස්වලින් සමන්විත වන නමුත් ඒවා සංවාදය සිද්ධ වූ අනුපිළිවෙල අනුව ඉදිරිපත් කර නොමැත.

A. සුබ සැන්දෑවක් ශ්‍යාමා, පුංචි පුතා ඇතුළු අනෙක් සියලු දෙනාටමත්.
B. සුබ සැන්දෑවක් ජෝන් මාමා, නැන්දා සහ හැමදෙනාටම.
C. ඔබට ඉතා ප්‍රීතිමත් උපන්දිනයක් ශ්‍යාමා (සියලුදෙනා ශ්‍යාමාට සුබ උපන්දිනයක් පතති.)
D. ඔව්, මම දන්නවා මාලා, අපි අපේ පොඩි එක්කෙනාගේ 9 වැනි උපන්දින උත්සවය පැවැත්වූයේ මාස තුනකට ඉස්සෙල්ලානේ. ඒ නිසා අපි මේ උත්සවය හවස කේක් එකක්, පේස්ට්‍රි ටිකක් එක්කල, යාළුවෝ සහ නෑදෑයෝ ටිකදෙනෙක් එකතු කරගෙන පවත්වමු.
E. රාජා, අපේ ශ්‍යාමාගේ 12 වැනි උපන්දිනය යෙදෙන්නේ දෙසැම්බර් 16 සෙනසුරාදා.
F. නැහැ මාමේ, තාත්තා මේ රටඉඳි කේක් එක ගෙනාවේ කොළඹ නමගිය බේකරියකින්.
G. හොඳ කේක් එකක්, නියම රස, සුවඳ. ඔයා මේක හදන්න විශේෂ ඇණවුමක් දුන්නා ද?
H. ඔයාට ස්තුතියි.
I. ගොඩාක් ස්තුතියි ජෝන් මාමාට, නැන්දාට සහ හැමදෙනාටම. සුබ රාත්‍රියක්.
J. ශ්‍යාමා අපේ සැලැස්ම එක්ක එකඟයි. ඒත් යාළුවෝ කීපදෙනකුට ආරාධනා කරන්න ඕනෑ.
K. මාත් මාලා එක්ක එකඟයි. ඔයා ඒක කරුණාකරලා ශ්‍යාමාට කියන්න.
L. අපි මේ සැරේ ගන්න ඕනෑ හොඳම තත්ත්වයේ බෙයා බ්‍රෑන්ඩ් රට ඉඳි කේක්. ජෝන් මාමාගේ පවුලේ අයට ආරාධනා කරන්නත් ඕනෑ.

48. රාජා සහ ඔහුගේ භාර්යාව අතර සංවාදය දෙනු ලබන්නේ පහත දැක්වෙන කවර වරණය මගින් ද?

(1) *E, D, J, L, K* (2) *E, D, K, J, L* (3) *E, D, L, K, J*
(4) *K, J, E, D, L* (5) *L, K, E, D, J*

49. ජෝන් මාමා සහ ශ්‍යාමා අතර සංවාදය දෙනු ලබන්නේ පහත දැක්වෙන කවර වරණය මගින් ද?

(1) *A, B, G, F, H* (2) *A, B, H, G, F* (3) *B, A, G, F, H*
(4) *G, F, A, B, H* (5) *G, F, H, A, B*

50. මුළු සංවාදයෙහි සැබෑ අනුපිළිවෙළ දෙනු ලබන්නේ පහත දැක්වෙන කවර වරණය මගින් ද?

(1) *E, D, J, K, L, C, G, F, H, A, B* (2) *E, D, J, L, K, C, A, B, H, F, G*
(3) *E, D, J, L, K, C, G, F, A, B, H* (4) *E, D, L, K, J, A, C, B, G, F, H*
(5) *K, J, E, D, L, C, G, F, A, B, H*

* * *

www.PramukaLawSchool.com

Question	1	2	3	4	5
01.	①	②	X	④	⑤
02.	①	②	③	X	⑤
03.	①	②	X	④	⑤
04.	①	②	③	④	X
05.	X	②	③	④	⑤
06.	①	②	③	④	X
07.	①	②	X	④	⑤
08.	①	②	③	X	⑤
09.	①	②	③	④	X
10.	①	②	③	X	⑤
11.	①	②	③	④	X
12.	①	X	③	④	⑤
13.	①	②	③	X	⑤
14.	①	②	③	X	⑤
15.	①	②	③	X	⑤
16.	①	X	③	④	⑤
17.	①	X	③	④	⑤
18.	①	②	③	④	X
19.	①	②	③	X	⑤
20.	①	②	X	④	⑤
21.	①	X	③	④	⑤
22.	①	X	③	④	⑤
23.	①	X	③	④	⑤
24.	①	X	③	④	⑤
25.	X	②	③	④	⑤
26.	X	②	③	④	⑤
27.	①	②	③	X	⑤
28.	①	②	③	④	X
29.	X	②	③	④	⑤
30.	X	②	③	④	⑤
31.	①	②	③	X	⑤
32.	X	②	③	④	⑤
33.	①	X	③	④	⑤
34.	①	②	X	④	⑤
35.	①	X	③	④	⑤
36.	①	X	③	④	⑤
37.	X	②	③	④	⑤
38.	①	②	③	④	X
39.	X	②	③	④	⑤
40.	X	②	③	④	⑤
41.	①	②	③	④	X
42.	①	②	X	④	⑤
43.	①	X	③	④	⑤
44.	X	②	③	④	⑤
45.	①	②	X	④	⑤
46.	①	②	X	④	⑤
47.	①	②	③	X	⑤
48.	①	②	X	④	⑤
49.	X	②	③	④	⑤
50.	①	②	③	X	⑤